电路与电子学基础期末 Cheat Sheet

一、正弦稳态分析：(正弦信号 Sinusoidal Signal)

Thm: 在正弦信号激励下，线性时不变电路中所有电压电流变化均为与激励相同频率正弦信号，且幅度相对发生变化。(正弦稳态响应 Sinusoidal Steady-State)

def 相量 (Phasor) 若 $p(t)=A\cos(\omega t+\phi)$, $P=A\angle\phi$ (同一频率有时用相量形式) $=Ae^{j\phi}$.

Thm: 相量表示下电路定律：形式不变 (注：含受控源在AC分析时要写)

Thm: 相量微积分：$\frac{d}{dt}\to j\omega$ (相位提前 90°). $\int\to\frac{1}{j\omega}$. 相位落后 90°

def 复阻抗参数：$Z=R+jX$ (单位：欧姆)

(impedance) 阻抗 电阻 (resistance) 电抗 (reactance) $Y=\frac{1}{Z}$

$Y=G+jB$. (单位：西门子)

(Admittance) 导纳 电导 (conductance) 电纳 (Susceptance)

def：感性 (Inductive)：$\mathrm{Im}Z>0$. $\mathrm{Im}(Y)<0$ 电压超前电流

容性 (Capacitive) $\mathrm{Im}Z<0$ $\mathrm{Im}(Y)>0$. 电压落后电流

note：实际存在这些元件！例如可控源电路

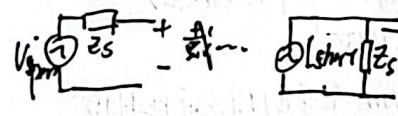


$V_y=g_m V_x\cdot\frac{1}{j\omega C}\Rightarrow Z_{eq}=\frac{V_x}{I_x}$

$I_x=g_m V_y=\frac{g_m^2}{j\omega C}\cdot V_x=\frac{j\omega C}{g_m^2}$ 感性！

Thm: Thevinin / Norton 等效：

任一端口线性时不变电路可等效为一个阻抗元件和独立电压源串联或一个阻抗元件和独立电流源并联。



诺顿等效 $Z_S=\frac{|V_{oped}|}{|I_{short}|}\angle(V_{op}-I_S)$

def：正弦稳态下功率计算 (复功率 Complex Power)

S: $P+jQ=V_{rms}\cdot\bar{I}_{rms}$ (rms：有效值)

P：有功功率 (Active Power) 实际消耗或发出 (即元件平均功率)

Q：无功功率 (Reactive Power) 在电源/元件中来回交换功率

$\cos\varphi$：功率因数 (Power Fact., PF) $\varphi=\arg S$

Thm: 最大功率传输：负载阻抗匹配 $Z_L=\bar{Z}_S$

note: $Q=0$ 纯阻 / $\cos\varphi>0$ is (lagging / 感性

二、频率响应：(Frequency Response)

↳ 正弦稳态响应的幅度和相量随着激励频率 (ω) 变化的函数.

记作 $H(j\omega)$ / $H(s)$. $H(s)$ 称为传递函数 (Transfer Function)

$H(j\omega)=|H(j\omega)|\cdot e^{j\angle H(j\omega)}$. 幅频响应 (Magnitude Response) / 相频响应 (Phase Response)

def：放大 (Rel)：输出=输入大小

分贝 (dec-Bel) 描述一比值.

功率 $dB=10\log(\frac{P_2}{P_1})$ dB10

电压/流 $dB=20\log(\frac{V_2}{V_1})$ dB20.

note: 用 dB_m 表示与 1mW 比

类似 dB_V. $dB_{\mu A}$

① 以. 相比的两个量纲一致.

Thm 运算：原量相乘，log 相加

原量相加，log 前面乘以 10 再算.

两等功率相加 log 下 3dB. 两个电压相加 +6dB

相差 10dB 以上，相加 ~ 大的

倍数表：	0.1	0.2	0.5	1	2	3	4	5	6	7	8
dB10	-10	7.0	-3.0	0	3	4.8	6	7.0	7.8	8.5	9
dB20	-20	-14	-6	0	6	9.6	12	14	15.6	17	18

def (Bode Plot 波特图) 用 dB 的幅频曲线与相频曲线可对应对数 (角) 频率坐标下进行分析

note: 一些频响例子：

① 二阶 RLC 带通 (LC 并联 RLC)

$H(j\omega)=\frac{R}{1+jR(\omega C-\frac{1}{\omega L})}=\frac{R}{\frac{1}{\omega_0^2}(\omega_0^2-\omega^2)+\frac{1}{Q}s+1}$

$\angle H(j\omega)=-\tan^{-1}(\frac{\omega_0}{\omega}-\frac{\omega}{\omega_0})/2\zeta$)

def 品质因数 (Q. Quantity factor)

$Q=\frac{1}{2\zeta}=k\sqrt{\frac{L}{C}}$.

② 级联电路 (Cascading)：前级输出作为后一级输入，相当于串联 级联后频响 = 各级频响之和 dB 相加

3dB 带宽 $H(j\omega)$ 下降 $|H(j\omega_0)|\Rightarrow BW_{3dB}=\frac{\omega_0}{Q}$

def 在特定频率范围内可使信号通过，其余频率阻止 是一个滤波器 (Filter)

理想 Filter / Brick Filter：精确地让某频率内信号通过，在这范围外信号全部衰减，由 order 决定

low-pass LPF;
high-pass HPF
band-pass BPF
band-stop/notch

三、信号与系统：

Thm: 信号与微分方程：

$\sum_{k=0}^{n}a_k\frac{d^{(k)}x(t)}{dt^k}=\sum_{k=0}^{m}\frac{d^{(k)}y(t)}{dt^k}\cdot b_k$. 齐次特征根：极点

特征解 $y(t)$ 为齐次解为 Ye^{st} (模态).

对 $y(t)$ 中 A 模态，$x(t)$ 解也同模态. $x(t)=Xe^{st}$

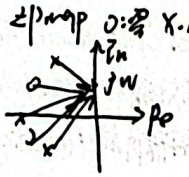
$\Rightarrow\frac{X}{Y}=\frac{b_m s^m+\cdots+b_1 s+b_0}{a_n s^n+\cdots+a_1 s+a_0}\to H\xrightarrow{s\text{ 通项}}H(s)$

单位冲激响应 $\xrightarrow{\text{拉氏变换}}$ $s=j\omega$ 频域分析. 得 $H(s)=\frac{Z(s)}{P(s)}$.

$P(s)$ 根 p_i 为极点 (Poles)，决定系统自由响应模态. $s=p_i$. 对应 $Ae^{p_i t}$

$Z(s)$ 根 z_i 为零点 (Zeros)，决定系统屏蔽哪些模态 $s=z_i$ 对应 $H(s)\Rightarrow 0$

$\Rightarrow H(s)=k\frac{\prod(s-z_i)}{\prod(s-p_i)}$ 零极点形式

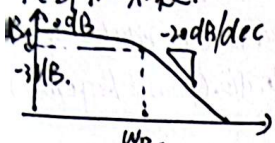


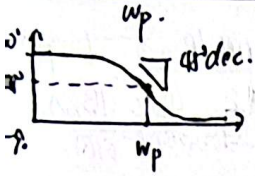
扫描全能王 创建

极点对稳定时的影响


一个极点 p_1 (一阶模块)

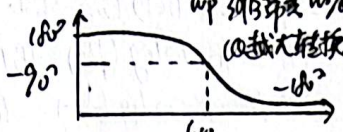
$Re[p_1]>0$ 不稳定.






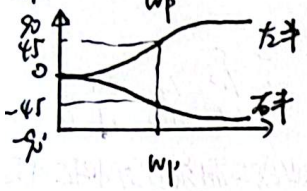
一对共轭极点 $w_0=|p_{1,2}|$ $Q=\frac{1}{2\zeta}=\frac{1}{2\cos\theta}$






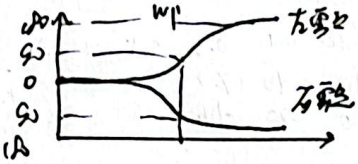
一个实零点 z_1 对应项.





一对共轭复零点: $w_0=|z_{1,2}|$ $Q=\frac{1}{2\cos\theta}$





Thm: 波特图绘制/读图: 找到折点、下降率 → A-w

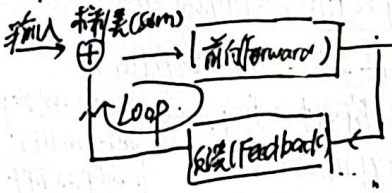
平和段值、下降规律. → φ-w

Thm: 一/二阶节 (Second-Order section, SOS) 定理

将较高阶系统进行分解. 为多个一阶/二阶传递函数乘积. 可以简化模块实现

三. 反馈与运算放大器

def: 单环反馈控制: 前向+反馈+加/减模块.

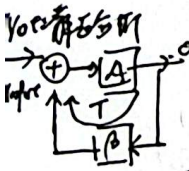


系统框图 (Block diagram).

闭环中有四种反馈 (V-V, V-I, I-V, I-I); 又看是何判断, 不够标准的 (求环路)

def: 反馈极性: Positive (正反馈) 反馈加强让信号自身变加强

Negative (负反馈) 自身变加抑制 → 稳定.



output A-前向开环增益 (Open-Loop Gain)

β-反馈系数 (Feedback factor, β Factor)

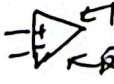
$Output = A\times(Input \pm output\cdot\beta)$

闭环增益 (Closed-loop Gain) $A_{fb}=\frac{A}{1\mp A\beta}=\frac{A}{1\mp T}$

反馈的特性总结: $A\beta$ 或 $T \gg 1$ 时 $A_{fb}\sim\frac{1}{\beta}$: 深度负反馈. 与 β Factor

$\frac{dA_{fb}/A_{fb}}{dA/A}$ = A-Sensitivity = $\frac{1}{1+T}$ 开环的变化. 闭环的

def: 运算放大器 Operational Amplifier



同相输入端 (Non-inverting Input)

反相输入端 (Inverting Input)

输出端一般是单端运放

Thm: 理想运放性质:

① $V_{out}=A_V(V_{in+}-V_{in-})$. 其中 $A_V\to\infty$

(Vout是对地电压, 一般不画接地. 但实际需要考虑负电阻)

② 输入都开路 $I_{in+}=I_{in-}=0$

③ 输出电压幅值 $V_{RAIL-}\le V_{OUT}\le V_{RAIL+}$ (正负供电和 Supply Rail 相同的范围, 称为饱和 (saturation)

Cor: 一个运放在反馈里, 饱和时无穿T. $V_{in+}=V_{in-}$, 即虚短 (Virtual Short)

e.g. 反相积分器 

① check负反馈: $V_{out}\uparrow\to V_-\uparrow\to V_{out}\downarrow$

② 未饱和T.

$V_x=0$. $i_R(t)=\frac{V_{in}(t)}{R}$. $V_{out}(t)=V_x-V_{out}=\frac{1}{RC}\int_0^t V_{in}(t)dt$

四: 反馈稳定性 { External Stability 有界输入→有界输出.

Internal Stability 扰动输入收敛至0

Thm: 波特稳定性判据: (Bode Stability Criterion)

当反馈环路的相移达到 180°, 同时环路增益超过 0dB, 则闭环不稳定. 即 $|L(jw)|\ge 1$ 且 $\angle L(jw)=-180°$ 时反馈可能不稳定. 其中 $\angle L(jw)$ 称为相位交越频率 (cross-over-frequency), 满足 $\angle(L(jw_{180}))=-180°$

note "1dB" 到 -180° 的可以, 但一般看 -90°

def: 增益裕度 (Gain Margin) $GM(dB)=-20\log_{10}|L(jw_{180})|$

相位裕度 (Phase Margin) $PM(dB)=180°+\angle(L(jw_{0dB}))$.

Thm: 基于传函的分析: A(s) 开环传函, β(s) 反馈, $L(s)=A(s)\beta(s)$

$A_{fb}(s)$ 闭环传函 $=\frac{A(s)}{1+L(s)}$

对 LTI 系统: 稳定 ⇔ 无穿过非负实轴点 (右半平面极点)


闭环稳定: $A_{fb}(s)$ 没有右半平面极点

Thm: Nyquist Stability Criterion 奈奎斯特稳定性判据

$L(jw)$ 在复平面上的轨迹环绕一个点圈数为 0

在 Bode 图上看为:

在所有 $|L|>0dB$ 频率上, $\angle L$ 从 -180° 开始不以二倍于穿越频率 -180×2k 次数相等

e.g. 单位负反馈. 

$\frac{GBP}{s}$. $L(s)=\frac{GBP}{s}$

$A_{fb}(s)=\frac{GBP/s}{1+GBP/s}=\frac{1}{\frac{s}{GBP}+1}$ 形式等于积分器

$V_{out}=V_{in}(\omega)(1-e^{-GBP\cdot t})$

相位裕度 $=\frac{GBP/s}{1-GBP/s}$. 右半平面极点不稳定!

扫描全能王 创建

5. 运放三应用

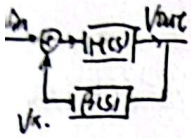
1. 同相放大器：理想运放下 $H(s)\to\infty$，$\frac{V_{out}}{V_{in}}=\frac{1}{\beta(s)}=1+\frac{Z_F}{Z_G}$



特例：$Z_G=R$，$Z_F=\frac{1}{sC}$，$\frac{V_{out}}{V_{in}}=1+\frac{1}{sRC}$

则 $V_{out}(t)=V_{in}(t)+\frac{1}{RC}\int V_{in}(\tau)d\tau+V_C(0)$

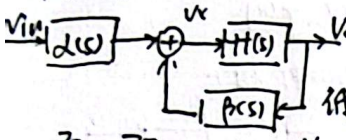
② 有限条件下，开环放大器特性：$H(s)=\frac{GBW}{s}$



$\frac{V_{out}}{V_{in}}=\frac{H(s)}{1+H(s)\beta}=\frac{1/\beta}{\frac{s}{GBW}+1}$ 相当于截频BW变 β 倍

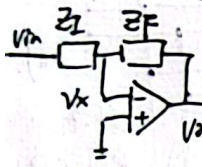
增益×带宽 = GBW

2. 负相放大器



$\alpha(s)=\frac{Z_F}{Z_1+Z_F}$　$\beta=\frac{Z_1}{Z_1+Z_F}$

低频极下 $H(s)\to\infty$




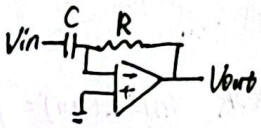
$\frac{V_{out}}{V_{in}}=-\alpha(s)\frac{1}{\beta(s)}=-\frac{Z_F}{Z_1}$（可变增益）

Note：在负反馈，利用虚断，虚短和 $V_x=0$，即虚地(Virtual Ground)

特殊形式：$Z_1=\infty$，则 $V_{out}=-V_{in}\cdot Z_m$（流控电压源）

一些应用：





反相积分器(Inverting Integrator)

$Z_1=R$，$Z_F=\frac{1}{sC}$

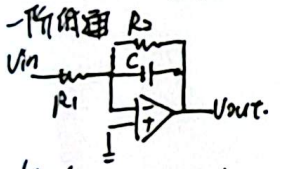
$\frac{V_{out}}{V_{in}}=-\frac{1}{sRC}$，$V_{out}(t)-V_{out}(0)=-\frac{1}{RC}\int_0^t V_{in}(\tau)d\tau$

反相微分器

$Z_1=\frac{1}{sC}$，$Z_F=R$　$\frac{V_{out}}{V_{in}}=-sRC$


$V_{out}(t)=-RC\frac{dV_{in}(t)}{dt}$

一阶低通



$\frac{V_{out}}{V_{in}}=-\left(\frac{R_2}{R_1}\right)\frac{1}{1+sR_2C}$

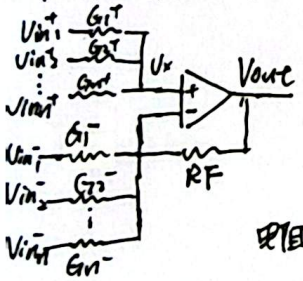
一阶高通



$\frac{V_{out}}{V_{in}}=-\left(\frac{R_2}{R_1}\right)\frac{sR_1C}{1+sR_1C}$

若 Z_1、Z_F 纯容，则 $\frac{V_{out}}{V_{in}}=-\frac{C_1}{C_2}$，SS无交流导出容(电容负反馈反相运算)

def：多输入求和放大器



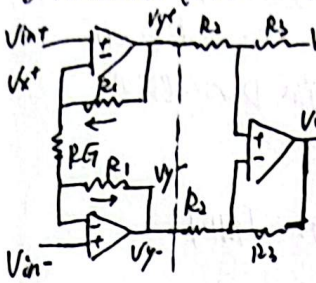
V_{out}^+(仅正输入)$=\frac{1+R_F\sum G_i^+}{\sum G_i^+}\sum(G_i^+V_{in,i}^+)$

V_{out}^-(仅负输入)$=-R_F\sum(G_i^-\cdot V_{in,i}^-)$

$V_{out}=V_{out}^+ + V_{out}^-$

电阻可换为阻抗

e.g. 仪用放大器 (Instrumentation Amplifier, IA) 非常用



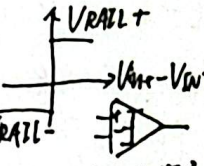
$V_{y+}-V_{y-}=\left(1+\frac{2R_1}{R_G}\right)(V_{in}^+-V_{in}^-)$

$V_{out}=\frac{R_3}{R_2}(V_{y+}-V_{y-})+V_{REF}$

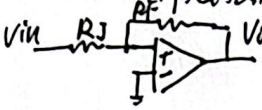
$\Rightarrow V_{out}=\left(1+\frac{2R_1}{R_G}\right)\frac{R_3}{R_2}(V_{in}^+-V_{in}^-)+V_{REF}$

e.g. 运放可以使用为比较器(Comparator)

根据输入电压大小关系，判断输出为何种电压



正反馈应用：实现迟滞特性(hysteresis)，比较结果为何作用，提高判决电压，防止噪声的 False Trigger



$V_{TL}=-\frac{R_{22}}{R_{12}}V_{RAIL^+}$　$V_{TH}=-\frac{R_1}{R_F}V_{RAIL^-}$

(在不同状态间跳动 $\Rightarrow$ 类似 Latch 特性)

六、二端口网络

def：电路网络(Circuit Network, N)是指一个电路的抽象模型

端子(Terminal, T)是电路网络与外界相连接的结点

def 端口(Port)：一组引脚两个端子(TA, TB)，如果流入A的电流恒等于流出B的电流($i_A=-i_B$)，则AB可组成一个端口

一个端口由2个端子构成，需满足特性

单端口网络(Single Port Network)：有两个端子对外连接电路(两个一定导体)

def：多端口：有n个端口，仍为安全电路端口描述

(所有不与端口时间电压存在 $f(V_1,\dots,V_n,t_1,\dots,t_n)=0$，则是对端子网络)

note：n端口电路有3n-1个独立

note2：一种特殊多端口：公地 (common-ground multi-port network)

n个端子与地构成n端口网络


n=6 端口 $\begin{cases}k_{11}V_1+k_{12}V_2+k_{13}I_3+k_{14}I_4=0\\ k_{21}V_1+k_{22}V_3+k_{23}I_3+k_{24}I_4=0\end{cases}$

四类二、6种矩阵描述

Z参(阻抗参数, Impedance Parameters) $\begin{bmatrix}V_1\\V_2\end{bmatrix}=\begin{bmatrix}Z_{11}&Z_{12}\\Z_{21}&Z_{22}\end{bmatrix}\begin{bmatrix}I_1\\I_2\end{bmatrix}$

Z_{11}：输入阻抗　Z_{22}(输出~)　Z_{12}(如何影响~)　Z_{21}(如何影响~)

等效电路：




当 $Z_{21}=Z_{12}$

Y(导纳参数, Admittance Parameters) $\begin{bmatrix}I_1\\I_2\end{bmatrix}=\begin{bmatrix}Y_{11}&Y_{12}\\Y_{21}&Y_{22}\end{bmatrix}\begin{bmatrix}V_1\\V_2\end{bmatrix}$

Y_{11}(输入)　Y_{22}(输出~)　Y_{12}(如何~)　Y_{21}(如何~)

($Y_{12}=Y_{21}$)



T传输参数 (Transmission Parameter / ABCD)

$\begin{bmatrix} U_1 \\ I_1 \end{bmatrix} = \begin{bmatrix} A & B \\ C & D \end{bmatrix} \begin{bmatrix} U_2 \\ -I_2 \end{bmatrix}$ A:开路转移 B:负的转移阻抗

C:负的转移导纳 D:短路电流比

T'逆传~ (Inverse~, A'B'C'D')

$\begin{bmatrix} U_2 \\ I_2 \end{bmatrix} = \begin{bmatrix} A' & B' \\ C' & D' \end{bmatrix} \begin{bmatrix} U_1 \\ -I_1 \end{bmatrix}$,ID顺序和T相同

h参数(混合参数. Hybrid Parameters).

$\begin{bmatrix} U_1 \\ I_2 \end{bmatrix} = \begin{bmatrix} h_{11} & h_{12} \\ h_{21} & h_{22} \end{bmatrix} \begin{bmatrix} I_1 \\ U_2 \end{bmatrix}$ h_{11}:短路入阻抗 h_{12}:反向电压增益


h_{21}:正向电流增益 h_{22}:开路导纳



g参数:逆~

$\begin{bmatrix} I_1 \\ U_2 \end{bmatrix} = \begin{bmatrix} g_{11} & g_{12} \\ g_{21} & g_{22} \end{bmatrix} \begin{bmatrix} U_1 \\ I_2 \end{bmatrix}$ g_{11}:输入导纳 g_{12}:反向转移~

g_{21}:短路电流~ g_{22}:输出阻抗



$\Delta_Z = \det[Z]$ 用处

新量	[Z]	[Y]	[T]	[T']	[h]	[g]
[Z]	$\begin{matrix} Z_{11} & Z_{12} \\ Z_{21} & Z_{22} \end{matrix}$	$\begin{matrix} \frac{Y_{22}}{\Delta_Y} & -\frac{Y_{12}}{\Delta_Y} \\ -\frac{Y_{21}}{\Delta_Y} & \frac{Y_{11}}{\Delta_Y} \end{matrix}$	$\begin{matrix} \frac{A}{C} & \frac{\Delta_T}{C} \\ \frac{1}{C} & \frac{D}{C} \end{matrix}$	$\begin{matrix} \frac{D'}{C'} & \frac{1}{C'} \\ \frac{\Delta_{T'}}{C'} & \frac{A'}{C'} \end{matrix}$	$\begin{matrix} \frac{\Delta_h}{h_{22}} & \frac{h_{12}}{h_{22}} \\ -\frac{h_{21}}{h_{22}} & \frac{1}{h_{22}} \end{matrix}$	$\begin{matrix} \frac{1}{g_{11}} & -\frac{g_{12}}{g_{11}} \\ \frac{g_{21}}{g_{11}} & \frac{\Delta_g}{g_{11}} \end{matrix}$
[Y]	$\begin{matrix} \frac{Z_{22}}{\Delta_Z} & -\frac{Z_{12}}{\Delta_Z} \\ -\frac{Z_{21}}{\Delta_Z} & \frac{Z_{11}}{\Delta_Z} \end{matrix}$	$\begin{matrix} Y_{11} & Y_{12} \\ Y_{21} & Y_{22} \end{matrix}$	$\begin{matrix} \frac{D}{B} & -\frac{\Delta_T}{B} \\ -\frac{1}{B} & \frac{A}{B} \end{matrix}$	$\begin{matrix} \frac{A'}{B'} & -\frac{1}{B'} \\ -\frac{\Delta_{T'}}{B'} & \frac{D'}{B'} \end{matrix}$	$\begin{matrix} \frac{1}{h_{11}} & -\frac{h_{12}}{h_{11}} \\ \frac{h_{21}}{h_{11}} & \frac{\Delta_h}{h_{11}} \end{matrix}$	$\begin{matrix} \frac{\Delta_g}{g_{22}} & \frac{g_{12}}{g_{22}} \\ -\frac{g_{21}}{g_{22}} & \frac{1}{g_{22}} \end{matrix}$
[T]	$\begin{matrix} \frac{Z_{11}}{Z_{21}} & \frac{\Delta_Z}{Z_{21}} \\ \frac{1}{Z_{21}} & \frac{Z_{22}}{Z_{21}} \end{matrix}$	$\begin{matrix} -\frac{Y_{22}}{Y_{21}} & -\frac{1}{Y_{21}} \\ -\frac{\Delta_Y}{Y_{21}} & -\frac{Y_{11}}{Y_{21}} \end{matrix}$	$\begin{matrix} A & B \\ C & D \end{matrix}$	$\begin{matrix} \frac{D'}{\Delta_{T'}} & \frac{B'}{\Delta_{T'}} \\ \frac{C'}{\Delta_{T'}} & \frac{A'}{\Delta_{T'}} \end{matrix}$	$\begin{matrix} -\frac{\Delta_h}{h_{21}} & -\frac{h_{11}}{h_{21}} \\ -\frac{h_{22}}{h_{21}} & -\frac{1}{h_{21}} \end{matrix}$	$\begin{matrix} \frac{1}{g_{21}} & \frac{g_{22}}{g_{21}} \\ \frac{g_{11}}{g_{21}} & \frac{\Delta_g}{g_{21}} \end{matrix}$
[T']	$\begin{matrix} \frac{Z_{22}}{Z_{12}} & \frac{\Delta_Z}{Z_{12}} \\ \frac{1}{Z_{12}} & \frac{Z_{11}}{Z_{12}} \end{matrix}$	$\begin{matrix} -\frac{Y_{11}}{Y_{12}} & -\frac{1}{Y_{12}} \\ -\frac{\Delta_Y}{Y_{12}} & -\frac{Y_{22}}{Y_{12}} \end{matrix}$	$\begin{matrix} \frac{D}{\Delta_T} & \frac{B}{\Delta_T} \\ \frac{C}{\Delta_T} & \frac{A}{\Delta_T} \end{matrix}$	$\begin{matrix} A' & B' \\ C' & D' \end{matrix}$	$\begin{matrix} \frac{1}{h_{12}} & \frac{h_{11}}{h_{12}} \\ \frac{h_{22}}{h_{12}} & \frac{\Delta_h}{h_{12}} \end{matrix}$	$\begin{matrix} -\frac{\Delta_g}{g_{12}} & -\frac{g_{22}}{g_{12}} \\ -\frac{g_{11}}{g_{12}} & \frac{1}{g_{12}} \end{matrix}$
[h]	$\begin{matrix} \frac{\Delta_Z}{Z_{22}} & \frac{Z_{12}}{Z_{22}} \\ -\frac{Z_{21}}{Z_{22}} & \frac{1}{Z_{22}} \end{matrix}$	$\begin{matrix} \frac{1}{Y_{11}} & -\frac{Y_{12}}{Y_{11}} \\ \frac{Y_{21}}{Y_{11}} & \frac{\Delta_Y}{Y_{11}} \end{matrix}$	$\begin{matrix} \frac{B}{D} & \frac{\Delta_T}{D} \\ -\frac{1}{D} & \frac{C}{D} \end{matrix}$	$\begin{matrix} \frac{B'}{A'} & \frac{1}{A'} \\ -\frac{\Delta_{T'}}{A'} & \frac{C'}{A'} \end{matrix}$	$\begin{matrix} h_{11} & h_{12} \\ h_{21} & h_{22} \end{matrix}$	$\begin{matrix} \frac{g_{22}}{\Delta_g} & \frac{g_{12}}{\Delta_g} \\ -\frac{g_{21}}{\Delta_g} & \frac{g_{11}}{\Delta_g} \end{matrix}$
[g]	$\begin{matrix} \frac{1}{Z_{11}} & -\frac{Z_{12}}{Z_{11}} \\ \frac{Z_{21}}{Z_{11}} & \frac{\Delta_Z}{Z_{11}} \end{matrix}$	$\begin{matrix} \frac{\Delta_Y}{Y_{22}} & \frac{Y_{12}}{Y_{22}} \\ -\frac{Y_{21}}{Y_{22}} & \frac{1}{Y_{22}} \end{matrix}$	$\begin{matrix} \frac{C}{A} & -\frac{\Delta_T}{A} \\ \frac{1}{A} & \frac{B}{A} \end{matrix}$	$\begin{matrix} \frac{C'}{D'} & -\frac{\Delta_T}{A} \\ \frac{1}{A} & \frac{B}{A} \end{matrix}$	$\begin{matrix} \frac{h_{22}}{\Delta_h} & -\frac{h_{12}}{\Delta_h} \\ -\frac{h_{21}}{\Delta_h} & \frac{h_{11}}{\Delta_h} \end{matrix}$	$\begin{matrix} g_{11} & g_{12} \\ g_{21} & g_{22} \end{matrix}$

互易性:两个端口间相互传输性质完全一致 (自由度≤3)

$Z_{12}=Z_{21}$. $T=T'$. $AD-BC=1$. $h_{12}=-h_{21}$.

对称性:端口对调后一致.

$Z_{11}=Z_{22}$, $Y_{11}=Y_{22}$. $A=D$. $h_{11}h_{22}-h_{12}h_{21}=1$ 自由度≤1

有源性:网络对外供能 ⇔ 特征矩阵或方程非齐次.

Note: 方程无限解性!

压控电压源 (VCVS)	Z参数	Y参数	T参数	T'参数	h参数	g参数
A_v	不存在	不存在	$\begin{bmatrix} A_v^{-1} & 0 \\ 0 & 0 \end{bmatrix}$	不存在	不存在	$\begin{bmatrix} 0 & 0 \\ A_v & 0 \end{bmatrix}$
压控电流源 (VCCS)						
g_m	不存在	$\begin{bmatrix} 0 & 0 \\ g_m & 0 \end{bmatrix}$	$\begin{bmatrix} 0 & -g_m^{-1} \\ 0 & 0 \end{bmatrix}$	不存在	不存在	不存在
流控电压源 (CCVS)						
r_m	$\begin{bmatrix} 0 & 0 \\ r_m & 0 \end{bmatrix}$	不存在	$\begin{bmatrix} 0 & 0 \\ r_m^{-1} & 0 \end{bmatrix}$	不存在	不存在	不存在
流控电流源 (CCCS)						
A_i	不存在	不存在	$\begin{bmatrix} 0 & 0 \\ 0 & -A_i^{-1} \end{bmatrix}$	不存在	$\begin{bmatrix} 0 & 0 \\ A_i & 0 \end{bmatrix}$	不存在

逆因果表达

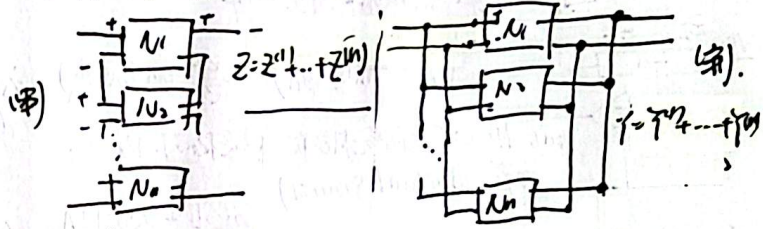
网络参数不存在的原因:①方程不能表示为电路关系

②方程中左右两边之间为控制量与被控量关系

二端口网络的相互连接:

1. 级联: $[T]=[T^{(1)}][T^{(2)}]\cdots[T^{(n)}]$

2. 串联:多个网络流过相同电流,端口电压相加



3. 并联:多个网络端口电压相同,电流相加

note: laplace变换 $Y(s)=\mathcal{L}(y(t))=\int_0^\infty y(t)e^{-st}dt$

时域 $f(t)$ $(t\geq 0)$	$F(s)$	性质	对应关系
$\delta(t)$	1	线性	$af+bg \leftrightarrow aF+bG$
$u(t)$ (阶跃)	$\frac{1}{s}$	微分	$f' \leftrightarrow sF-f(0^-)$
$tu(t)$	$\frac{1}{s^2}$	积分	$\int_0^t f \leftrightarrow \frac{F}{s}$
$e^{-at}u(t)$	$\frac{1}{s+a}$	时移	$f(t-\tau) \leftrightarrow e^{-s\tau}F$
$\cos(\omega t)u(t)$	$\frac{s}{s^2+\omega^2}$	s 移	$e^{-at}f(t) \leftrightarrow F(s+a)$
$\sin(\omega t)u(t)$	$\frac{\omega}{s^2+\omega^2}$	终值	$f(\infty)=\lim_{s\to 0} sF(s)$
$e^{-at}\cos(\omega t)u(t)$	$\frac{s+a}{(s+a)^2+\omega^2}$	初值	$f(0^+)=\lim_{s\to\infty} sF(s)$

表 1: 常用拉普拉斯变换对（左）与基本性质（右）。终值定理需系统稳定才成立。

极点位置	s 域项	对应时域模态 $y(t)$
负实轴 $p=-a$ $(a>0)$	$\frac{1}{s+a}$	e^{-at}（指数衰减）
原点 $p=0$	$\frac{1}{s}$	1（阶跃/常数）
正实轴 $p=+a$	$\frac{1}{s-a}$	e^{+at}（指数发散，不稳定）
虚轴 $p=\pm j\omega_0$	$\frac{\omega_0}{s^2+\omega_0^2}$	$\sin\omega_0 t$（等幅振荡）
左半平面共轭 $-\sigma\pm j\omega_d$	$\frac{\omega_d}{(s+\sigma)^2+\omega_d^2}$	$e^{-\sigma t}\sin\omega_d t$（衰减振荡）
重极点 p（m 重）	$\frac{1}{(s-p)^k}$	$\frac{t^{k-1}}{(k-1)!}e^{pt}$（带 t 的增长因子）

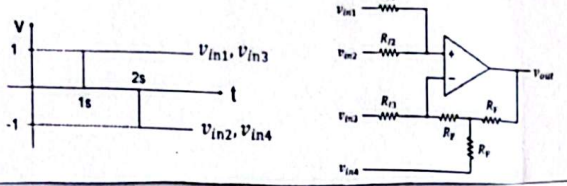
$V(s)=V_S(s)\cdot H(s)$ 直接 时域

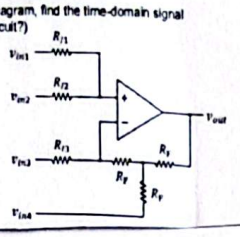
扫描全能王 创建

1. In DC steady state, find the expression for v_{out} in terms of v_{in1}, v_{in2}, v_{in3}, and v_{in4}.

2. Find the input resistance seen from the terminals v_{in1}, v_{in2}, v_{in3}, and v_{in4}, respectively. (Hint: When calculating the input resistance of a specific terminal, all other voltage sources should be set to zero.)

3. If v_{in1}, v_{in2}, v_{in3}, and v_{in4} change according to the given timing diagram, find the time-domain signal expression for v_{out}. (Hint: what is the beta factor of this feedback circuit?)





1). $V_{out} = 4V_{in1} + 4V_{in2} - 6V_{in3} - V_{in4}$

2) 注：R指输入端→地的阻值

3) 求反馈 β. (定义 V_{in} 中反馈 V_{out} 称为非理想)

将理想源置零：$\frac{0-V_-}{12k} = \frac{V_- - V_3}{12k}$. $\left(\frac{V_-}{12k} + \frac{V_-}{12k}\right) = \frac{V_3}{12k}$

$\frac{V_3 - V_-}{12k} + \frac{V_3 - 0}{12k} + \frac{V_3 - V_{out}}{R_F} = 0 \Rightarrow \beta V_- = V_{out}$

$\left(H(s) = \frac{GBW}{s}\right)$

$\beta = \frac{V_-}{V_{out}} = \frac{1}{8}$

闭环传递 $\frac{A(s)}{1+\beta A(s)} = \frac{H(s)}{1+H(s)\beta} = \frac{8/s}{1+8/s \cdot 1/8} = \frac{8}{s+1}$

$V_{out} = \frac{A(s)}{1+\beta A(s)} \cdot (V_{in+} - \gamma)$

$V_{in+} = \frac{V_{in1}+V_{in3}}{2}$，$\gamma$ 为引部驱动在负端造成的影响

$\gamma + \beta V_{out} = V_{in^-} \Rightarrow \gamma = \frac{1}{8}(6V_{in3} + V_{in4})$.

代入. $V_{out}(s) = \frac{4V_{in1} + 4V_{in2} - 6V_{in3} + V_{in4}}{s+1} = \frac{V_{eq}(s)}{s}$

因为：$V_{in1} = V_{in3} = u(t-1)$　$V_{in2} = V_{in4} = -u(t-2)$

$V_{in1}(s) = \frac{e^{-s}}{s}$.　$V_{in2}(s) = V_{in4}(s) = -\frac{e^{-2s}}{s}$ (用 $u(t-t_0) \leftrightarrow \frac{e^{-t_0 s}}{s}$).

$V_{eq}(s) = \frac{(4-6)e^{-s}}{s} + \frac{(-4+1)e^{-2s}}{s} = -\frac{2e^{-s}}{s} - \frac{3e^{-2s}}{s}$

$V_{out}(s) = -\frac{2e^{-s}}{s(s+1)} - \frac{3e^{-2s}}{s(s+1)}$　其中 $\frac{1}{s(s+1)} = \frac{1}{s} - \frac{1}{s+1}$

$\mathcal{L}^{-1}\left(\frac{1}{s} - \frac{1}{s+1}\right) = (1-e^{-t})u(t)$　再由时移 $e^{-t_0 s}F(s) \leftrightarrow f(t-t_0)\cdot u(t-t_0)$

$V_{out}(t) = -2(1-e^{-(t-1)})u(t-1) - 3(1-e^{-(t-2)})u(t-2)$

Analyze the following circuits and find V_o and V_3. Assume that the op-amps are ideal and are not saturated.

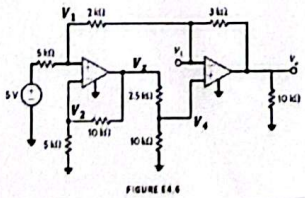


FIGURE E4.6

0.) 本题数值有一定问题，但不妨碍分析如下：

假设负反馈，由虚断有 $\frac{V_1 - 5}{5k} + \frac{V_1 - V_3}{2k} = 0$

$\frac{V_2 - 0}{5k} + \frac{V_2 - V_x}{10k} = 0$　$\frac{V_3 - 4}{2k} + \frac{V_3 - V_o}{2k} = 0$

$\frac{V_4 - V_x}{20k} + \frac{V_4 - 0}{10k} = 0$　$V_1 = V_2$, $V_3 = V_4$

则 $V_1 = V_3 = 0V$　$V_3 = V_4 = -4.8V$, $V_o = -9V$

然而，我设 V_x 发生 e_x 扰动，则 V_3 产生扰动 $e_3 = \frac{5}{5+10} e_x = \frac{1}{3} e_x$

V_4 产生扰动：$e_4 = \frac{10}{10+20} e_o = \frac{1}{3} e_o = \frac{1}{3} e_x$

由 OP_2 负反馈可 $e_3 = e_4 = \frac{1}{3} e_x$ 则 V_1 扰动 $e_1 = \frac{5}{5+10} e_3 = \frac{1}{9} e_x$

OP_1 差分输入 $V_1 - V_2 = \left(\frac{1}{9} - \frac{1}{3}\right) e_o > 0$.

$\Rightarrow OP_1$ 正反馈

再设 OP_2 刚刚扰动 e_o 则，V_3 产生扰动 $\frac{5+2}{5+2+3} e_o = \frac{7}{10} e_o$.

V_1 扰动 $\frac{5}{5+2+3} e_o = \frac{1}{2} e_o$.

由 OP_1 在负反馈时 $e_1 = e_2 = \frac{1}{3} e_o$. V_x 扰动 $= e_x = \frac{10//5}{5} e_2 = \frac{2}{3} e_o$

V_4 扰动：$e_4 = \frac{10}{10+5} e_x = \frac{1}{3} e_o$

$V_4 - V_3 = \left(\frac{1}{3} - \frac{7}{10}\right) e_o < 0$　$\Rightarrow OP_2$ 工作在正饱和上

扫描全能王 创建